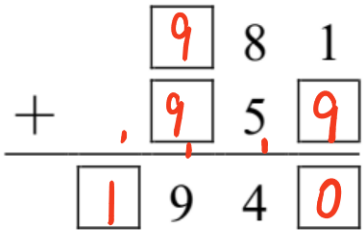
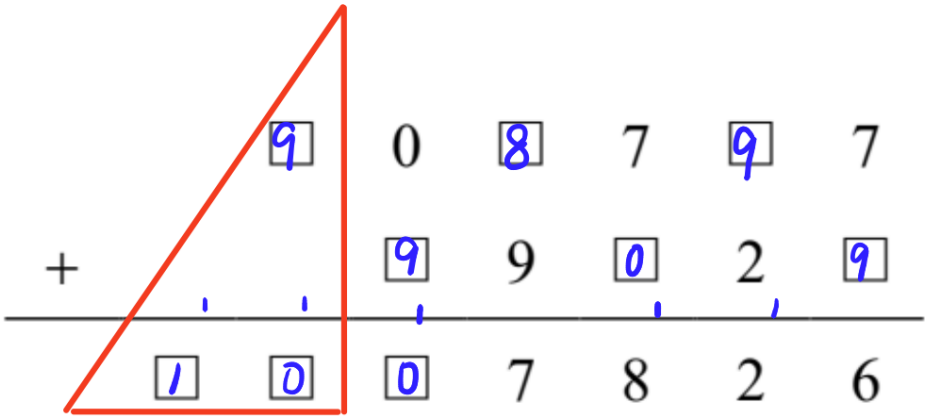
第 7 讲 加减法数字谜

第 9 次　加减法数字谜课前测

1、在下图算式的每个空格中，各填入一个合适的数字，使竖式成立。

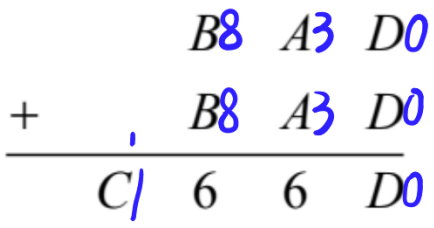


2、在下图算式的每个空格中，各填入一个合适的数字，使竖式成立。

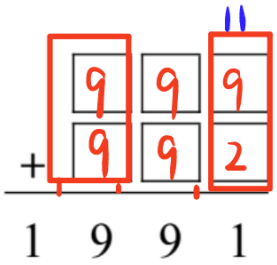


3、下图是一个正确的加法算式，其中相同的字母代表相同的数字，不同的字母代表不同的数字。则 A+B+C+D 的和是 12 。

3+8+1+0=12

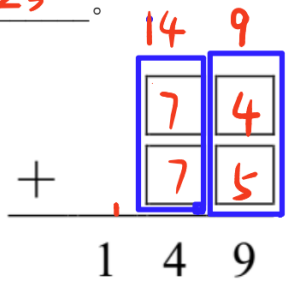


4. 在下图所示的算式里，每个方框代表一个数字．则这 6 个方框中的数字的总和是__47__．



9×4+11=47

5、在下图所示的算式里，4 张小纸片各盖住了一个数字。那么被盖住的 4 个数字总和是__23__。



14+9=23

6.在下边的竖式中，相同字母代表相同数字，不同字母代表不同数字，则 $a+b+c+d=$__12__

0+1+3+8=12

突破口：首位

$$\begin{array}{r} d8\ \ b1\ \ c3\ \ a0 \\ +\quad c3\ \ b1\ \ d8\ \ b1 \\ \hline b1\ \ b1\ \ c3\ \ b1\ \ b1 \end{array}$$

2/3

7. 如下图，每个英文字母代表一个数字，不同的字母代表不同的数字。其中 “G” 代表 “5”，“A” 代表 “9”，“D” 代表 “0”，“H” 代表 “6”。那么 “I” 代表的数字是__3__。

$$\begin{array}{r} A9\ \ A9\ \ B1/2 \\ +\ C4\ \ D0\ \ E7\ \ F2/1 \\ \hline G5\ \ D0\ \ H6\ \ I3 \end{array}$$

0 1 2 3 4 5 6 7 8 9

例题8

在下边的算式中，“三”“好”“学”“生”四个汉字各代表一个不同数字，请把算式补充完整．

```
        学6 生3
      好9 学6 生3
+   三2 好9 学6 生3
-------------------
      3  9  8  9
```

突破口：生×3=_9　生=3

学×3=_8　学=6

好×2+1=_9

好=4 或 9

例题9

如下图的算式中，不同的汉字表示不同的数字，相同的汉字表示相同的数字．求使算式成立时，每个汉字所表示的数字．

```
        学3
      数6 学3
    爱9 数6 学3
+ 喜5 爱9 数6 学3
-----------------
    6  9  9  2
```

学×4=_2　学=3 或 8

数×3+1=_9　数=6

爱×2+1=_9　爱=4 或 9

喜=5，爱=9，数=6，学=3

例题10

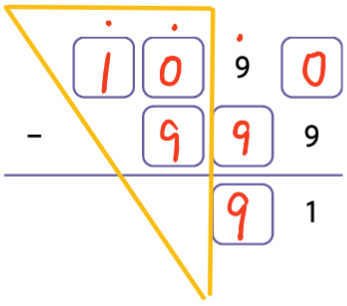
已知下列两个算式中，相同的字母代表相同的数字，不同的字母代表不同的数字．那么，满足下列算式的 $A+B+C+D+E$ 的值是多少？

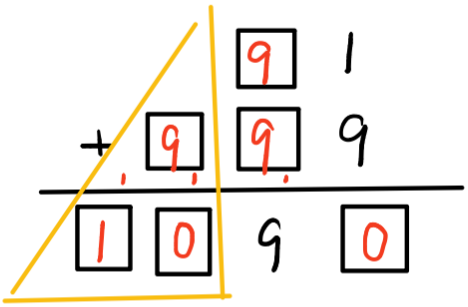
$$\begin{array}{r} A6\ \ B4\ \ C1 \\ +\quad\ \ D2\ \ E3 \\ \hline 6\ \ 6\ \ 4 \end{array} \qquad \begin{array}{r} C1\ \ B4\ \ A6 \\ +\quad\ \ E3\ \ D2 \\ \hline 1\ \ 7\ \ 8 \end{array}$$

实际变口

$6+4+1+2+3=16$

在空格中填入合适的数字，使竖式成立。



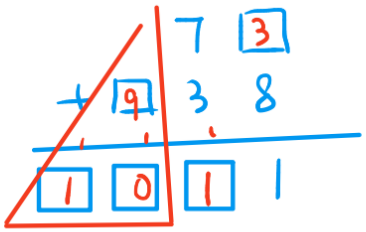


减法竖式谜：变“+”来计算，“-”来检验

例题11

在方框内填入适当的数字，使得等式成立．

$$\begin{array}{r} 7\ \square \\ -\ \square\ 2 \\ \hline 2\ 6 \end{array} \qquad \begin{array}{r} 2\ \square\ 0 \\ -\ \ \ 8\ 2 \\ \hline 2\ \square\ 8 \end{array} \qquad \begin{array}{r} \square\ \square\ \square\ 1 \\ -\ \ \ \square\ 3\ 8 \\ \hline \ \ \ \ 7\ \square \end{array}$$



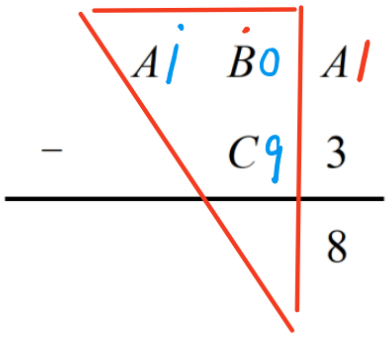
例题12

在方框内填入适当的数字，使得等式成立．

$$\begin{array}{r} \square\ 1 \\ +\ \square\ 9\ \square \\ \hline \square\ \square\ 9\ \square \\ -\ \ \square\ \square\ 6 \\ \hline \ \ \ \square\ 4 \end{array}$$

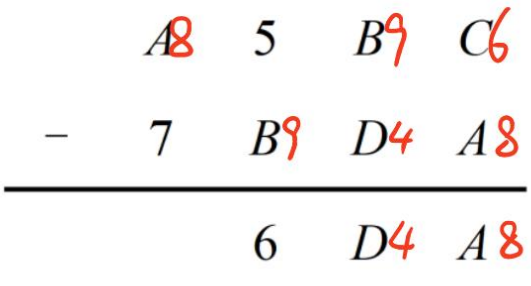
例题 13

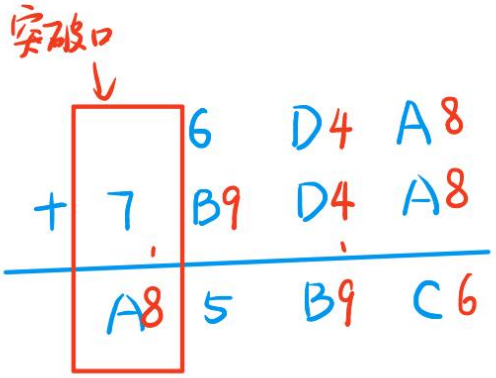
在下面的竖式中，A、B、C 分别代表不同的数字，请将竖式补充完整．



例题 14

在下面的竖式中，A、B、C、D 分别代表不同的数字．当它们各是什么数字时，下面的竖式成立？

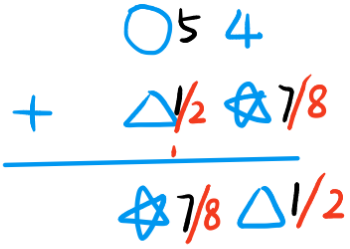




例题 15

在下边的减法竖式中，“☆”“△”“○”各代表一个不同的数字，那么“○”代表多少？





☆比△大，4+☆有进位

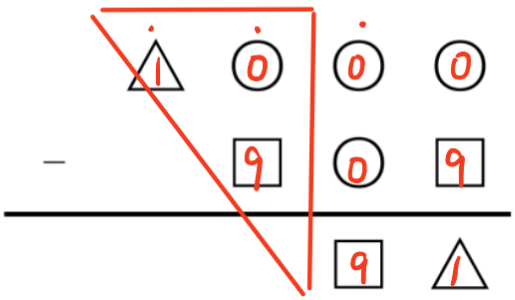
☆+1，则△也加1，

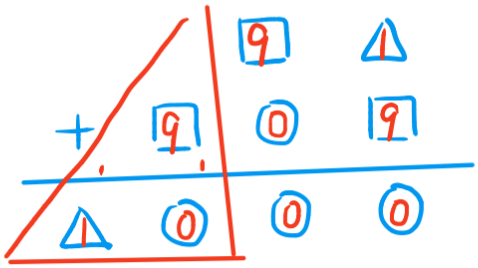
☆与△差不变，○=5

例题 16

下面竖式中相同图形代表相同数字，不同的图形代表不同的数字．那么△+□+○等于多少？

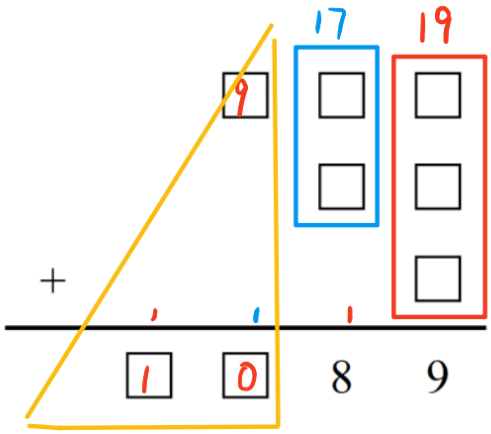
1+9+0=10





例题 17

在下面算式的空格中填入数字，填入的数字之和最大是多少？



9+1+0+17+19=46

23 + 42 = 65　5 > 6 > 11　-0

23 + 48 = 71　5 > 12 > 17　-9

23 + 78 = 101　5 > 15 > 20　-18

10 → 1 少9

每进位一次，数字和少一个9

例题 18

在下边的算式，未知加数的数字和是和的数字和的三倍．那么未知加数至少是多少？

"3"　　"1"

小 1 8　　"3"

\+ 3

2 1　　"1"

"3" + 3 - 9 = "1"

"3" - 6 = "1"

"2" = 6

"1" = 3

3 = 0 + 3　　30

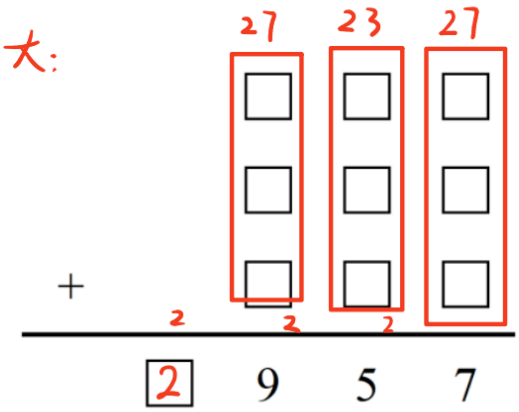
1 + 2　　12, 21 ✓ ×

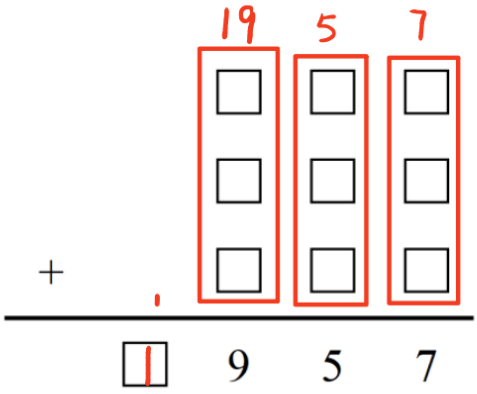
未知加数最小：18

例题 19

在下面竖式的空格中填入数字，使得竖式成立 填入的数字之和最大是多少？最小是多少？

大：





大：2 + 27 + 23 + 27 = 79

50

小：1 + 19 + 5 + 7 = 32

20

附加1

在下面的减法竖式中，相同的字母代表相同的数字，不同的字母代表不同的数字，已知 $A=9$，$E=5$．那么减数是多少？

0 1 2 3 4 ~~5~~ 6 7 ~~8~~ ~~9~~

	$A9$	$B3$	$C7$	$D6$	$E5$
−	$F8$	$G1$	$H4$	$I2$	$J0$
	1	2	3	4	5

附加 2

下面竖式中，所有的“□”表示的都是偶数（不一定相同），“△”表示一个奇数．这个算式有多少种不同的填法？

	6	1	4
+	□	□	□/8
	△	0	0/2

□：0、2、4、6、8

△：1、3、5、7、9

十位：1 + 偶 + 进位 = 偶 ⇒ 进位 = 1

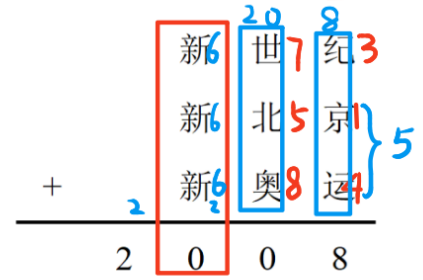
（1 + 偶 为奇）

百位：6 + 偶 + 进位 = 奇 ⇒ 进位 = 1

2种填法

附加 3

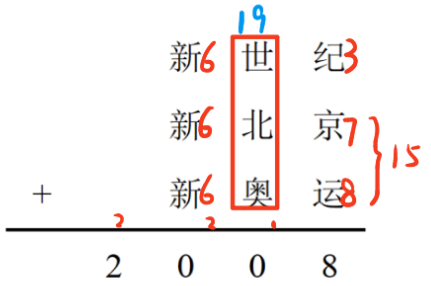
在下图的算式里，相同的汉字代表相同的数字，不同的汉字代表不同的数字．已知“纪”是 3，那么“北京奥运新世纪”所代表的 7 个数字之和是多少？ 34



新 × 3 + 进位 = 20 ⇒ 新 = 6

0 1 2 3 4 5 6 7 8 9

6 + 20 + 8 = 34

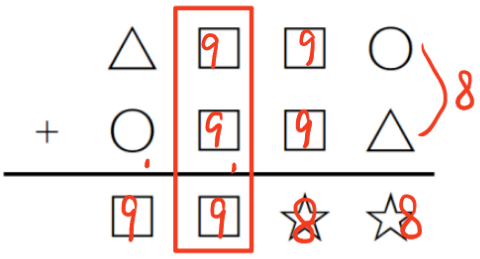


0 1 2 3 4 5 6 7 8 9

附加 4

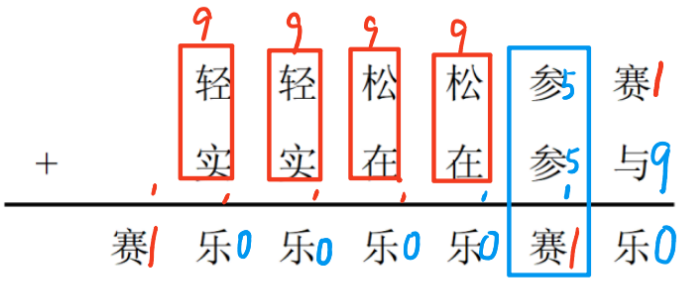
在下边的算式中，相同的符号代表相同的数字，不同的符号代表不同的数字，根据这个算式，请推算□ + ○ + △ + ☆的值是多少？

9 + 8 + 8 = 25



附加 5

下式中，相同的汉字代表相同的数字，不同的汉字代表不同的汉字．
“实实在在”代表的四位数可能是多少？



① 赛=1
② 参+参+进位=_1
③ 5=9，乐=0，参=5

0 1 2 3 4 5 6 7 8 9

轻+实=松+在=9 {2+7, 3+6

7	2	3/6
2	7	3/6
6	3	2/7
3	6	2/7

2233、2266、7733、7766
3322、3377、6622、6677
8种

附加 6

下面两个算式中，相同的字母代表相同的数字，不同的字母代表不同的数字，请问 $\overline{ABCDEFG}$ 是多少？

突破口

$$\begin{array}{cccc} A & B & C & D \\ + & E & F & G \\ \hline 2 & 0 & 0 & 8 \end{array} \qquad \begin{array}{cccc} D & C & B & A \\ + & G & F & E \\ \hline 3 & 9 & 8 & 8 \end{array}$$

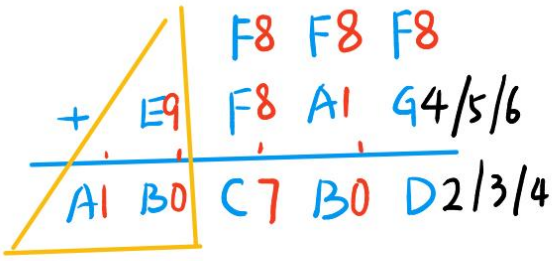
$\overline{ABCDEFG}=1243765$

附加 7

在下边的减法算式中，每一个字母代表一个数字，不同的字母代表不同的数字，请把算式补充完整．

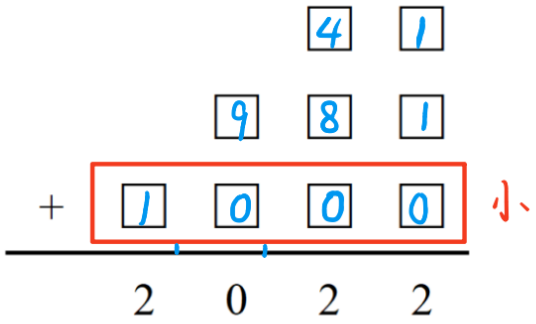
0 1 2 3 4 5 6 7 8 9

$$\begin{array}{cccccc} & A & B & C & B & D \\ - & & E & F & A & G \\ \hline & & & F & F & F \end{array}$$



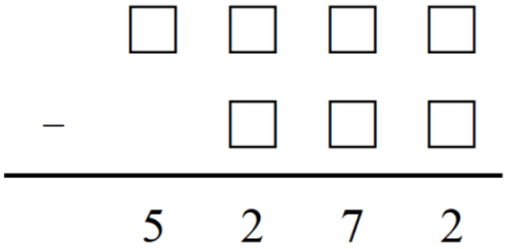
附加 8

在图中的空格内分别填入适当的数字，使得竖式成立．所填的四位加数最小是多少？ 1000

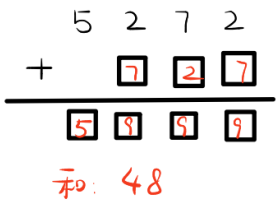


附加9

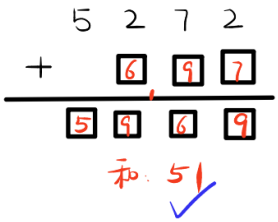
在图中的空格内分别填入适当的数字，使得竖式成立．所填的 7 个数字之和最大是多少？



十位进位一次，和最大：51



和：48



和：51

